作业批改接口说明

2025-11-10	V1版本文档

说明

当前接口版本仅为内测版本，未来上线前可能会有格式调整。

创建解析任务

- 接口描述
  - 接口地址：solutions/${project_name}/tasks
  - 接口请求方法：HTTP POST
- 关键参数
  - image_urls：必填，主提取图片列表。
  - original_image_urls：选填，如果答案卷和试题卷分开，则image_urls填入答案卷，original_image_urls填入空白试题卷。
  - task_type：必填，任务类型。
    - `extract_answer`:抽取标准答案及作答区域
    - `extract_submitted`:抽取学生作答
  - subject：必填，学科。
    - `chinese`
    - `math`
    - `geometry`
    - `english`
    - `chemistry`
    - `physics`
    - `biology`
    - `history`
    - `geology`

    - `politics`
    - `ethics`
    - `other`
  - answer_exam_type：选填，答案卷类型，`task_type=extract_answer` 时必填，`task_type=extract_submitted` 可为空。
    - `STANDARD_PRINTED`：标准打印体答案
    - `KEY_VALUE`：试卷与答案分离，需同时上传试题和答案
    - `HANDWRITTEN`：手写体答案
    - `BLANK`：空白试卷，无答案
  - exam_structure：选填，试卷结构。JSON结构字符串，仅在 `task_type=extract_submitted` 时有效

调用示例

- 创建任务

请求

```
curl --location 'http://sd3rba4l67ui2e1adrsjg.apigateway-cn-beijing.volceapi.com/solutions/wentong_grader/tasks' \
--header 'X-Top-Account-Id: ${account_id}' \
--header 'X-Top-User-Id: ${user_id}' \
--header 'Content-Type: application/json' \
--header 'Authorization: Bearer 68523bb2-f1f7-42fa-8927-9247c7eae2b3' \
--data '{
    "image_urls": [${image_url}],
    "task_type": "extract_answer",
    "subject": "physics",
    "answer_exam_type": "BLANK"
}'
```

响应

```
{
  "Result": {
    "task_id": "grader-task-20251110073239-MXxkt"
  },
  "ResponseMetadata": {
    "RequestId": "af0821b5-9286-4b56-8b00-bdb9f6a255bb",
    "Action": null,
    "Version": null,
    "Service": "ark_stg",
```

```
    "Region": "cn-beijing"
  }
}
```

- 查询任务

请求

```
curl --location 'http://sd3rba4l67ui2e1adrsjg.apigateway-cn-beijing.volceapi.com/solutions/wentong_grader/tasks/${TASK-ID}' \
--header 'X-Top-Account-Id: ${account_id}' \
--header 'X-Top-User-Id: ${user_id}' \
--header 'Authorization: Bearer 68523bb2-f1f7-42fa-8927-9247c7eae2b3'
```

响应


```
{
  "Result": {
    "status": "completed",
    "result": {
      "试题结构": [
        {
          "题目类目": "物质的加热",
          "大题号": "1",
          "小题号": "",
          "子题号": "",
          "最小作答空序号": "",
          "答案": "",
          "解析": "",
          "第几张": 1,
          "题目内容": "1.[2024河南郑州模拟] 使用酒精灯时应注意安全,下列操作正确的是（）\nA.添加酒精（图：向燃着的酒精灯内添加酒精）\nB.点燃酒精灯（图：用燃着的酒精灯引燃另一只酒精灯）\nC.加热液体（图：试管夹夹持试管，试管内液体适量，用酒精灯外焰加热）\nD.熄灭酒精灯（图：用嘴吹灭酒精灯）",
          "bbox": [
            [
              671,
              410,
              768,
              442
            ]
          ]
        },
        {
          "题目类目": "物质的加热",
          "大题号": "2",
```

```
28            "小题号": "",
29            "子题号": "",
30            "最小作答空序号": "",
31            "答案": "",
32            "解析": "",
33            "第几张": 1,
34            "题目内容": "2.[2025黑龙江哈尔滨道外开学考] 实验室用酒精灯给试管内液体进行加热时,以下数据正确的是（ ）\nA.酒精灯内的酒精体积不应超过容积的1/4\nB.试管内液体体积应大于试管容积的1/3\nC.试管夹应从试管底部套上、从试管口上方取下\nD.试管夹夹在距试管口1/4至1/3处",
35            "bbox": [
36              [
37                665,
38                964,
39                768,
40                1003
41              ]
42            ]
43          },
44          {
45            "题目类目": "物质的加热",
46            "大题号": "3",
47            "小题号": "",
48            "子题号": "",
49            "最小作答空序号": "",
50            "答案": "",
51            "解析": "",
52            "第几张": 1,
53            "题目内容": "3.[2025湖南邵阳期末改编] 某同学用酒精灯加热试管中液体的操作如图所示,其操作中错误的是（ ）\nA.试管与水平面的夹角\nB.手握试管夹的位置\nC.试管内液体的体积\nD.试管加热的位置（图：试管夹夹持试管，液体量超过1/3，用酒精灯外焰加热，试管倾斜）",
54            "bbox": [
55              [
56                667,
57                1344,
58                768,
59                1377
60              ]
61            ]
62          },
63          {
64            "题目类目": "物质的加热",
65            "大题号": "4",
66            "小题号": "",
67            "子题号": "",
68            "最小作答空序号": "",
69            "答案": "",
```

```
            "解析": "",
            "第几张": 1,
            "题目内容": "4.[2025广东广州番禺月考改编] 实验室里取35mL水并进行加热,下列需用的化学仪器组合正确的是（ ）\n①铁架台 ②100mL量筒 ③50mL量筒 ④酒精灯 ⑤陶土网 ⑥试管 ⑦烧杯 ⑧胶头滴管\nA.①②④⑥⑧\nB.①③④⑤⑦⑧\nC.①②③④⑥⑧\nD.①③④⑤⑥⑧",
            "bbox": [
              [
                663,
                1718,
                770,
                1753
              ],
              [
                114,
                1921,
                319,
                1953
              ],
              [
                435,
                1921,
                673,
                1953
              ],
              [
                114,
                1976,
                351,
                2009
              ],
              [
                435,
                1976,
                673,
                2009
              ],
              [
                88,
                1624,
                771,
                2020
              ]
            ]
          }
        ]
      },
```

```
      "ref_html_url": "https://prompt-pilot-solution-cn-beijing-default.tos-cn-beijing.volces.com/specialized_agent/wentong_grader/2100000825_0/grader-task-20251110065505-NxmH2/result_ref.html?X-Tos-Algorithm=TOS4-HMAC-SHA256&X-Tos-Credential=AKLTOWY1MzYwYTUxZTQ1NGYyOWIzZDFjYTFjZGMxNWM2Nzg%2F20251110%2Fcn-beijing%2Ftos%2Frequest&X-Tos-Date=20251110T070613Z&X-Tos-Expires=3600&X-Tos-SignedHeaders=host&X-Tos-Signature=129fae5f9f8b91efad230b8ff70d8295f477b4dc7d2fcf8ce69f4d8d2d9461ab"
    },
    "ResponseMetadata": {
      "RequestId": "f7082bc6-3c4a-4adf-800f-8c9db7f84030",
      "Action": null,
      "Version": null,
      "Service": "ark_stg",
      "Region": "cn-beijing"
    }
  }
```


- 示例一：空白试卷提取结构
  - 输入试卷图片

第 2 课时　物质的加热　仪器的连接与洗涤

答案 D3

基础夯实

知识点 3　物质的加热

1.「2024 河南郑州模拟」使用酒精灯时应注意安全，下列操作正确的是　（　　）

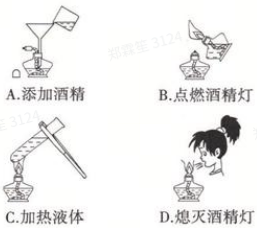

A.添加酒精　B.点燃酒精灯　C.加热液体　D.熄灭酒精灯

2.「2025 黑龙江哈尔滨道外开学考」实验室用酒精灯给试管内液体进行加热时，以下数据正确的是　（　　）

A.酒精灯内的酒精体积不应超过容积的 1/4
B.试管内液体体积应大于试管容积的 1/3
C.试管夹应从试管底部套上、从试管口上方取下
D.试管夹夹在距试管口 1/4 至 1/3 处

3.「2025 湖南邵阳期末改编」某同学用酒精灯加热试管中液体的操作如图所示，其操作中错误的是　（　　）

A.试管与水平面的夹角
B.手握试管夹的位置
C.试管内液体的体积
D.试管加热的位置

4.「2025 广东广州番禺月考改编」实验室里取 35 mL 水并进行加热，下列需用的化学仪器组合正确的是　（　　）

①铁架台　②100 mL 量筒　③50 mL 量筒　④酒精灯　⑤陶土网　⑥试管　⑦烧杯　⑧胶头滴管

A.①②④⑥⑧　B.①③④⑤⑦⑧
B.①②③④⑥⑧　D.①③④⑤⑥⑧

5.「2025 山东淄博张店期中」某同学在实验室做加热碳酸氢铵固体（一种白色粉末，加热会有水生成）的实验时，组装了如图所示的装置。

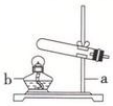

(1)该同学将装有试剂的试管按正确方式固定好，这样做的目的是_____。
(2)用酒精灯给试管内固体加热，加热的方法是_____。
(3)班级的其他同学做完此实验后，出现了试管破裂的现象，请你分析导致试管破裂的可能原因：_____；_____（写出 2 条）。

6.新课标探究实践　新课程改革的重点之一是在实践中培养学生的科学探究能力。某同学对酒精灯的燃烧进行了相关探究，完成下列问题：
(1)取一个冷而干燥的烧杯罩在火焰上方，一会儿观察到烧杯内壁出现_____，说明蜡烛燃烧有水生成；迅速倒转烧杯，加入适量澄清石灰水，振荡，观察到澄清石灰水变浑浊，说明有_____生成。
(2)实验中不小心碰倒了酒精灯，酒精在桌上燃烧起来，最简单的灭火措施是_____。
(3)家用燃气灶上都有一个高低适宜的放锅三脚架，除了支撑铁锅之外，它还有一个作用：_____。

知识点 4　仪器装置的连接与玻璃仪器的洗涤

7.「2024 安徽铜陵期中」下列有关仪器连接的描述错误的是　（　　）

A.橡胶塞慢慢转动着塞进容器口
B.玻璃导管口用水润湿后慢慢转动着塞进橡胶塞
C.把试管放在桌子上，然后用力塞上塞子
D.玻璃导管口沾水后稍稍用力插入乳胶管

6 智慧背囊　水浴加热是把要加热的仪器放在水中，通过给水加热达到给仪器加热的效果。水浴加热可以避免直接加热造成反应过于剧烈，克服温度的不可控制性。

- 处理结果

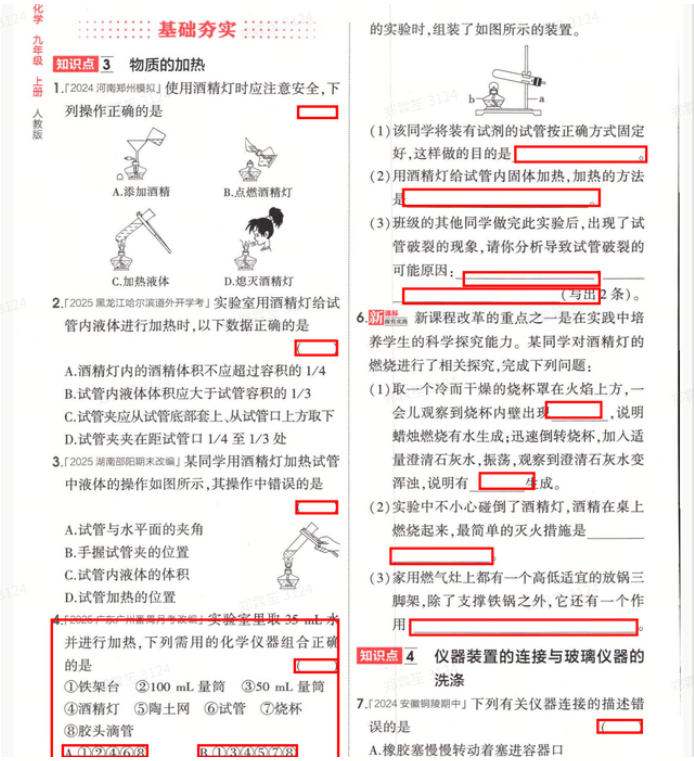

化学 九年级 上册 人教版

基础夯实

知识点 3 物质的加热

1.[2024 河南郑州模拟] 使用酒精灯时应注意安全,下列操作正确的是 ( )

A.添加酒精 B.点燃酒精灯 C.加热液体 D.熄灭酒精灯

2.[2025 黑龙江哈尔滨道外开学考] 实验室用酒精灯给试管内液体进行加热时,以下数据正确的是 ( )

A.酒精灯内的酒精体积不应超过容积的 1/4
B.试管内液体体积应大于试管容积的 1/3
C.试管夹应从试管底部套上、从试管口上方取下
D.试管夹夹在距试管口 1/4 至 1/3 处

3.[2025 湖南邵阳期末改编] 某同学用酒精灯加热试管中液体的操作如图所示,其操作中错误的是 ( )

A.试管与水平面的夹角
B.手握试管夹的位置
C.试管内液体的体积
D.试管加热的位置

4.[2025 广东广州番禺月考改编] 实验室里取 35 mL 水并进行加热,下列需用的化学仪器组合正确的是 ( )

①铁架台 ②100 mL 量筒 ③50 mL 量筒 ④酒精灯 ⑤陶土网 ⑥试管 ⑦烧杯 ⑧胶头滴管

A.①②④⑥⑧ B.①③④⑤⑦⑧

的实验时,组装了如图所示的装置。

(1)该同学将装有试剂的试管按正确方式固定好,这样做的目的是 _____。

(2)用酒精灯给试管内固体加热,加热的方法是 _____。

(3)班级的其他同学做完此实验后,出现了试管破裂的现象,请你分析导致试管破裂的可能原因:_____(写出 2 条)。

6.[新情境 现实生活] 新课程改革的重点之一是在实践中培养学生的科学探究能力。某同学对酒精灯的燃烧进行了相关探究,完成下列问题:

(1)取一个冷而干燥的烧杯罩在火焰上方,一会儿观察到烧杯内壁出现 _____,说明蜡烛燃烧有水生成;迅速倒转烧杯,加入适量澄清石灰水,振荡,观察到澄清石灰水变浑浊,说明有 _____ 生成。

(2)实验中不小心碰倒了酒精灯,酒精在桌上燃烧起来,最简单的灭火措施是 _____

(3)家用燃气灶上都有一个高低适宜的放锅三脚架,除了支撑铁锅之外,它还有一个作用 _____。

知识点 4 仪器装置的连接与玻璃仪器的洗涤

7.[2024 安徽铜陵期中] 下列有关仪器连接的描述错误的是 ( )

A.橡胶塞慢慢转动着塞进容器口

Extracted JSON


```
▼ "试题结构":
  ▼ "0":
    "题目类目": "物质的加热"
    "大题号": "1"
    "小题号": ""
    "子题号": ""
    "最小作答空序号": ""
    "答案": ""
    "解析": ""
    "第几张": 1
    "题目内容": "1.[2024河南郑州模拟] 使用酒精灯时应注意安全,下列操作正确的是（ ） A.添加酒精（图：向燃着的酒精灯内添加酒精） B.点燃酒精灯（图：用燃着的酒精灯引燃另一只酒精灯） C.加热液体（图：试管夹夹持试管，试管内液体适量，用酒精灯外焰加热） D.熄灭酒精灯（图：用嘴吹灭酒精灯）"
  ▼ "1":
    "题目类目": "物质的加热"
    "大题号": "2"
    "小题号": ""
    "子题号": ""
    "最小作答空序号": ""
    "答案": ""
    "解析": ""
    "第几张": 1
    "题目内容": "2.[2025黑龙江哈尔滨道外开学考] 实验室用酒精灯给试管内液体进行加热时,以下数据正确的是（ ） A.酒精灯内的酒精体积不应超过容积的1/4 B.试管内液体体积应大于试管容积的1/3 C.试管夹应从试管底部套上、从试管口上方取下 D.试管夹夹在距试管口1/4至1/3处"
  ▼ "2":
    "题目类目": "物质的加热"
    "大题号": "3"
    "小题号": ""
    "子题号": ""
    "最小作答空序号": ""
```


- 参数设置
  - task_type=extract_answer
  - subject=chemistry
  - answer_exam_type=BLANK
- 示例二：标准答案试卷提取结构
  - 输入试卷图片

第③课 中华文明的起源

学习目标

1. 了解私有制、阶级和早期国家的产生；知道考古发现是了解史前社会的重要依据。
2. 通过古代文献中记述的黄帝、炎帝等传说，了解其中蕴含的历史信息。

知识梳理

早期国家和文明的起源		1. 约在5000多年前，我国早期城市逐步形成，社会成员之间的分化加剧，统治阶级对内进行统治，对外发动战争，从而形成了早期国家。 2. ___私有制___、阶级和国家的产生是人类进入文明社会的重要标志。
良渚古城和陶寺古城	良渚古城	1. 概况：位于浙江余杭，距今约5300—4300年。古城由宫殿区、内城和外城组成，规模在当时世界上首屈一指。 2. 复杂的水利系统、内城的大型广场和高等级建筑，以及出土的大量炭化稻谷，反映了良渚社会较高的___经济发展水平___和统治者较强的调动、组织能力。 3. 贵族墓地和普通墓地的随葬品对比鲜明，说明当时___社会的阶级分化___已经相当明显。 4. 良渚古城的考古发现证实，距今约5000年，长江下游地区已经出现___早期国家___。
	陶寺古城	1. 概况：位于山西襄汾，距今约4300—4000年。 2. 大型墓葬集中分布，墓中随葬陶鼓、石磬等器物，表明墓主人的尊贵身份。很多小型墓没有任何随葬品，说明当时___阶级分化___严重。 3. 大型墓葬的随葬品来源十分广泛，反映出各地文化因素汇聚中原。 4. 陶寺古城遗址的发现，表明当时___黄河中游___地区已经出现了早期国家。
	良渚古城、陶寺古城等考古发现，表明中华文明的起源和初步发展具有___多元一体___的特征。距今5000年左右，黄河、长江、西辽河流域都发展出了各具特色的早期文明，它们彼此之间不断地交流和融合，共同构成了早期中华文明的___主体___。	
远古的传说		1. 炎黄部落联盟逐渐演化为后来的华夏族。后人尊崇炎帝和黄帝为中华民族的___人文初祖___，近代以来，海内外华人也以“炎黄子孙”自称。 2. 禅让制：联盟首领传位给贤德之人。 3. 禹治水有功，得到民众爱戴，被尊称为“大禹”。

问题探究

1. 简述我国早期国家的形成。

原始社会的农业、畜牧业有了较大发展，人口显著增长并开始向区域中心集中，早期城市逐步形成；社会成员之间的分化加剧，出现了专门的管理者；以王为首的统治阶级对内进行统治，对外发动战争，从而形成了早期国家。

- 处理结果

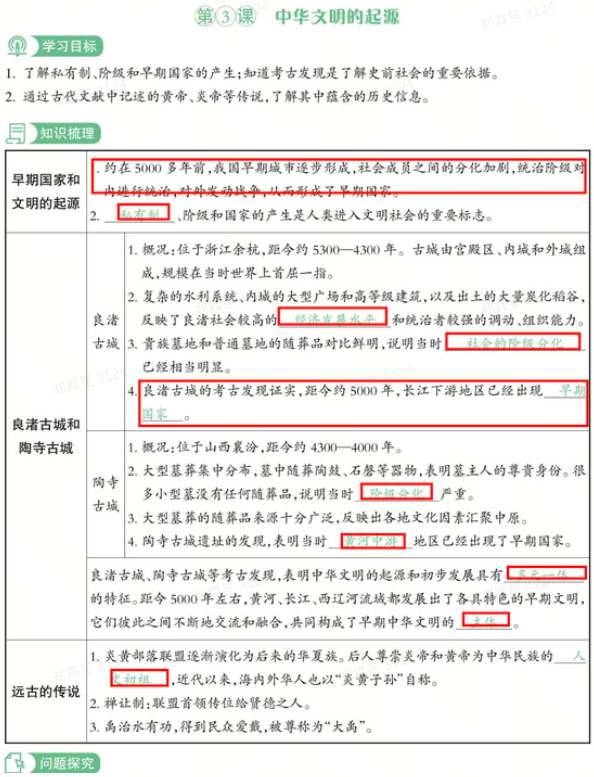

第③课 中华文明的起源

学习目标

1. 了解私有制、阶级和早期国家的产生；知道考古发现是了解史前社会的重要依据。
2. 通过古代文献中记述的黄帝、炎帝等传说，了解其中蕴含的历史信息。

知识梳理

早期国家和文明的起源		1. 约在5000多年前，我国早期城市逐步形成，社会成员之间的分化加剧，统治阶级对内进行统治，对外发动战争，从而形成了早期国家。 2. 私有制、阶级和国家的产生是人类进入文明社会的重要标志。
良渚古城和陶寺古城	良渚古城	1. 概况：位于浙江余杭，距今约5300—4300年。古城由宫殿区、内城和外城组成，规模在当时世界上首屈一指。 2. 复杂的水利系统、内城的大型广场和高等级建筑，以及出土的大量炭化稻谷，反映了良渚社会较高的经济发展水平和统治者较强的调动、组织能力。 3. 贵族墓地和普通墓地的随葬品对比鲜明，说明当时社会的阶级分化已经相当明显。 4. 良渚古城的考古发现证实，距今约5000年，长江下游地区已经出现早期国家。
	陶寺古城	1. 概况：位于山西襄汾，距今约4300—4000年。 2. 大型墓葬集中分布，墓中随葬陶鼓、石磬等器物，表明墓主人的尊贵身份。很多小型墓没有任何随葬品，说明当时阶级分化严重。 3. 大型墓葬的随葬品来源十分广泛，反映出各地文化因素汇聚中原。 4. 陶寺古城遗址的发现，表明当时黄河中游地区已经出现了早期国家。
		良渚古城、陶寺古城等考古发现，表明中华文明的起源和初步发展具有多元一体的特征。距今5000年左右，黄河、长江、西辽河流域都发展出了各具特色的早期文明，它们彼此之间不断地交流和融合，共同构成了早期中华文明的主体。
远古的传说		1. 炎黄部落联盟逐渐演化为后来的华夏族。后人尊崇炎帝和黄帝为中华民族的人文初祖，近代以来，海内外华人也以“炎黄子孙”自称。 2. 禅让制：联盟首领传位给贤德之人。 3. 禹治水有功，得到民众爱戴，被尊称为“大禹”。

问题探究

Extracted JSON


```
▼ "试题结构":
  ▼ "0":
    "题目类目": "知识梳理"
    "大题号": "早期国家和文明的起源"
    "小题号": "2"
    "子题号": ""
    "最小作答空序号": "①"
    "答案": "私有制"
    "解析": ""
    "第几张": 1
  ▼ "1":
    "题目类目": "知识梳理"
    "大题号": "良渚古城和陶寺古城"
    "小题号": "良渚古城"
    "子题号": "2"
    "最小作答空序号": "①"
    "答案": "经济发展水平"
    "解析": ""
    "第几张": 1
  ▼ "2":
    "题目类目": "知识梳理"
    "大题号": "良渚古城和陶寺古城"
    "小题号": "良渚古城"
    "子题号": "3"
    "最小作答空序号": "①"
    "答案": "社会的阶级分化"
    "解析": ""
    "第几张": 1
  ▼ "3":
    "题目类目": "知识梳理"
    "大题号": "良渚古城和陶寺古城"
```


  - 参数设置
    - task_type=extract_answer
    - subject=history
    - answer_exam_type=STANDARD_PRINTED
- 示例三：提取学生手写体作答
  - 输入作业图片

第1节 电流与电压、电阻的关系

习题数量：15　习题总分：70单双面设置：双面打印

姓名	学号
[redacted]	0 6 0 1

一、基础(共2题，共31分)

1.(16分)[2025辽宁大连期中，中]在"探究电流与电压的关系"实验中，保持定值电阻R不变，小明设计了如图甲所示的电路图并进行实验。

序号	1	2	3	4	5
电压/V	1.2	1.6	1.8	2.0	2.4
电流/A	0.12	0.16	0.18	0.20	0.24

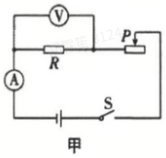

甲

乙

(1)(2分)连接电路前，电流表有示数，应该对电流表进行__①__。

① 调零.

(2)(2分)连接电路时，开关S应处于__①__状态。

① 断开

(3)(2分)连接完电路，闭合开关前应将滑动变阻器的滑片P移至最__①__端。

① 右

(4)(2分)某次实验中，电流表指针偏转情况如图乙所示，示数为__①__A。

① 0.12

(5)(4分)实验测出五组数据记录在表格中，为了找到电流与电压的关系，应该怎样处理数据？__①__。(列举一种方法即可)

①

填出它们的比值.

(6)(4分)根据你对表格中的数据的分析，可得到的结论是：__①__。

①

当两端通过导体的电阻一定时，通过导体的电压越来通过导体的电流越大.

2.(15分)[中]某学习小组在做"探究电流与电阻的关系"实验中，采用了如图1所示的电路，电源电压为3V，四个定值电阻的阻值分别为5Ω、10Ω、15Ω和20Ω，滑动变阻器的规格为"20Ω 1A"。

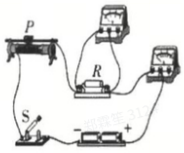

图1

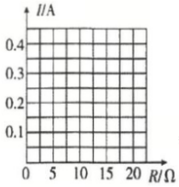

图2

(1)(3分)闭合开关前，滑动变阻器的滑片P应位于最__①__(填"左"或"右")端。

① 右

(2).(12分)闭合开关，移动滑片，连入不同的电阻进行实验，并将实验数据记录在表中。

实验次数	1	2	3	4
电阻 R/Ω	5	10	15	20
电流 I/A	0.4	0.2	0.12	0.1

①请根据表中数据，在图2中用描点法画出通过导体的电流I与导体的电阻R的关系图像。

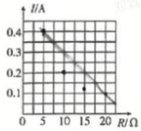

图2

②分析实验数据可得：当导体两端的电压一定时，通过导体的电流与导体的电阻成反比。

③小组同学还想获得R=25Ω的一组实验数据，在现有器材条件下，可行的操作方法是在20Ω的电阻上~~把阻值~~串联一个5Ω的定值电阻.

(83)

- 处理结果

tmp6fr154n6.png

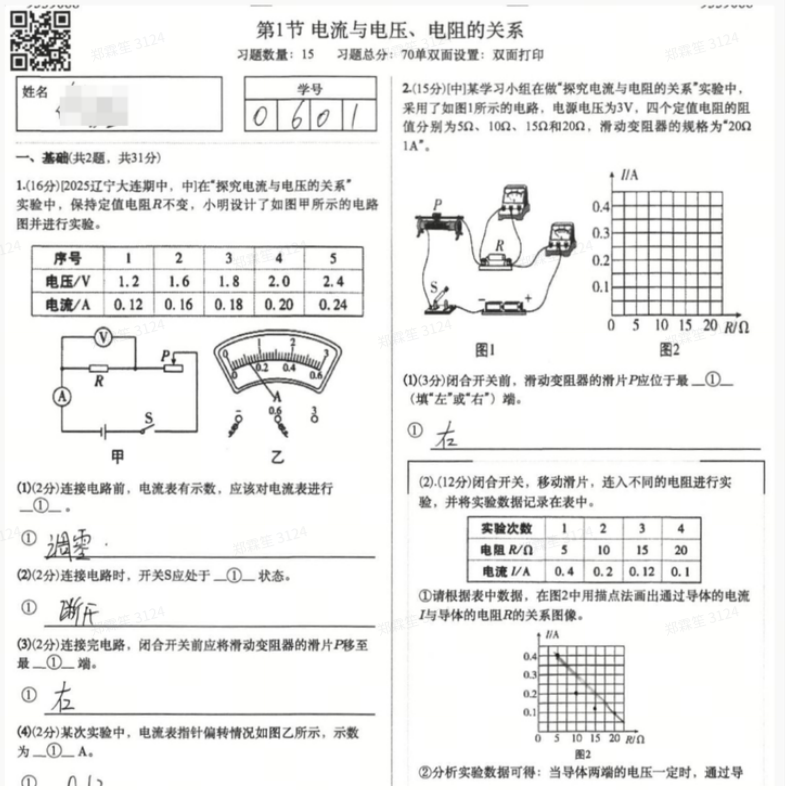

第1节 电流与电压、电阻的关系

习题数量：15　习题总分：70单双面设置：双面打印

姓名

学号 0601

一、基础(共2题，共31分)

1.(16分)[2025辽宁大连期中，中]在"探究电流与电压的关系"实验中，保持定值电阻R不变，小明设计了如图甲所示的电路图并进行实验。

序号	1	2	3	4	5
电压/V	1.2	1.6	1.8	2.0	2.4
电流/A	0.12	0.16	0.18	0.20	0.24

甲　乙

(1)(2分)连接电路前，电流表有示数，应该对电流表进行__①__。

① 调零

(2)(2分)连接电路时，开关S应处于__①__状态。

① 断开

(3)(2分)连接完电路，闭合开关前应将滑动变阻器的滑片P移至最__①__端。

① 右

(4)(2分)某次实验中，电流表指针偏转情况如图乙所示，示数为__①__A。

① 0.12

2.(15分)[中]某学习小组在做"探究电流与电阻的关系"实验中，采用了如图1所示的电路，电源电压为3V，四个定值电阻的阻值分别为5Ω、10Ω、15Ω和20Ω，滑动变阻器的规格为"20Ω 1A"。

图1　图2

(1)(3分)闭合开关前，滑动变阻器的滑片P应位于最__①__（填"左"或"右"）端。

① 右

(2).(12分)闭合开关，移动滑片，连入不同的电阻进行实验，并将实验数据记录在表中。

实验次数	1	2	3	4
电阻 R/Ω	5	10	15	20
电流 I/A	0.4	0.2	0.12	0.1

①请根据表中数据，在图2中用描点法画出通过导体的电流I与导体的电阻R的关系图像。

图2

②分析实验数据可得：当导体两端的电压一定时，通过导

Extracted JSON


```
▼ "试题结构":
  ▼ "0":
    "题目类目": "物理（探究电流与电压的关系实验）"
    "大题号": "第1题"
    "小题号": ""
    "子题号": "(1)"
    "最小作答空序号": "①"
    "答案": "调零"
    "解析": ""
    "置信度": 0.99
    "第几张": 1
  ▼ "1":
    "题目类目": "物理（探究电流与电压的关系实验）"
    "大题号": "第1题"
    "小题号": ""
    "子题号": "(2)"
    "最小作答空序号": "①"
    "答案": "断开"
    "解析": ""
    "置信度": 0.99
    "第几张": 1
  ▼ "2":
    "题目类目": "物理（探究电流与电压的关系实验）"
    "大题号": "第1题"
    "小题号": ""
    "子题号": "(3)"
    "最小作答空序号": "①"
    "答案": "右"
    "解析": ""
    "置信度": 0.99
    "第几张": 1
  ▼ "3":
```


- 参数设置
  - task_type=extract_submitted
  - subject=physics
  - answer_exam_type=HANDWRITTEN
  - 对于提取有漏题情况的，可以考虑增加exam_structure_str字段提升准确率